Chapitre 18

Description macroscopique d'un système à l'équilibre

1 La thermodynamique

1.a Échelles macroscopique et microscopique

Lorsqu'on observe la matière à une échelle **macroscopique**, elle apparaît continue. Mais si on l'observe à une échelle **microscopique**, elle est composée d'atomes et elle est discontinue.

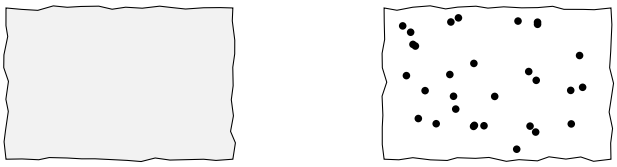

Échelle macroscopique Échelle microscopique

Un système macroscopique contient un nombre de particules de l'ordre du nombre d'Avogadro

$$\boxed{\mathcal{N}_A = 6{,}022\,140\,76 \times 10^{23}\,\text{atomes}} \tag{18.1}$$

Pour étudier un tel système avec les lois de la mécanique, il faudrait, pour stocker l'état du système 6 nombres par particule (3 pour la position et 3 pour la vitesse), c'est à dire de l'ordre de 4×10^{24} nombres.

Pour se rendre compte de ce que cela représente, imaginons que nous stockions ces nombres numériquement dans la mémoire d'un ordinateur. Un nombre à virgule est généralement stocké sur 4 octets, il faudrait donc 16×10^{24} octets pour stocker l'état du système à un instant donné. La capacité de stockage mondiale (en 2020), tous supports confondus est estimée à $6{,}8 \times 10^{21}$ octets, ce qui serait largement insuffisant. Si on écrivait les nombres nécessaires sur des feuilles de papier, la pile de feuilles nécessaire serait haute de plusieurs dizaines d'années-lumière !

Le traitement mécanique à l'échelle microscopique est totalement impossible, on silifie le problème en introduisant des grandeurs macroscopiques comme la pression P, la température T, ...

1.b Système thermodynamique

Un **système thermodynamique** est une partie de l'univers qui est isolée *par la pensée* du reste de l'univers (milieu extérieur). La frontière entre le système thermodynamique et le milieu extérieur n'est pas forcément une frontière physique.

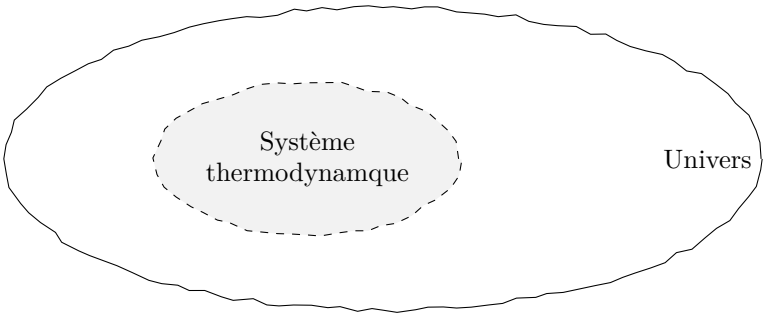

— Un **système ouvert** peut échanger de la matière et de l'énergie avec le milieu extérieur. Par exemple une maison est un système ouvert.

— Un **système fermé** ne peut échanger que de l'énergie avec le milieu extérieur (pas de matière). Par exemple une bouteille fermée hermétiquement.

— Un **système isolé** ne peut échanger ni matière ni énergie avec le milieu extérieur. Par exemple une bouteille thermos peut parfois être considérée comme un système fermé. L'univers dans son ensemble est un système fermé.

2 État d'équilibre thermodynamqiue

2.a Définitions

Un système est à **l'équilibre thermodynamique** lorsque les grandeurs macroscopiques qui le caractérisent (pression, volume, température, ...) sont indépendantes du temps sans aucun échange avec l'extérieur.

Les grandeurs qui caractérisent l'état d'équilibre thermodynamique d'un système sont des **variables d'état**. Par exemple, la température, la pression, le volume,...

On distingue deux types de variables d'état :

— Une variable **extensive** est proportionnelle au volume du système, elle est différente pour un sous-système plus petit. Par exemple : le volume, la masse, la quantité de matière.

— Une variable **intensive** est indépendante de la taille du système, elle est la même pour chaque sous-système d'un système homogène. Par exemple la température, la pression, la masse volumique,...

Une fonction mathématique de variables d'état est une **fonction d'état**.

À l'équilibre thermodynamique, toutes les variables d'état ne sont pas indépendantes, elles sont reliées par une **équation d'état**.

Par exemple considérons la situation suivante où un ressort de raideur k subit un allongement algébrique ΔL :

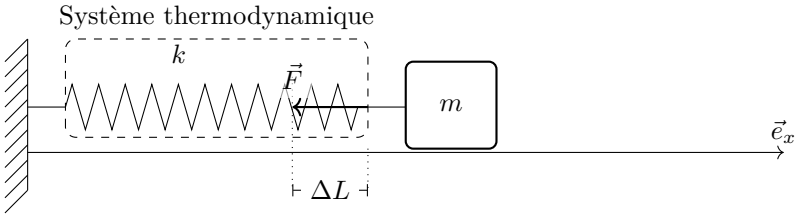

— Le système thermodynamique est le ressort ;

— la température T , l'allongement ΔL et la force F sont des variables d'état ;

— l'équation d'état s'écrit : $F = -k(T)\Delta L$;

— l'énergie élastique $E = \frac{1}{2}k(T)\Delta L^2$ est une fonction d'état.

2.b La pression

Considérons un système thermodynamique délimité par une surface Σ.

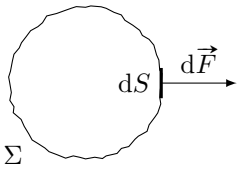

Le système exerce sur une *petite* portion $\mathrm{d}S$ de cette surface une force

$$\boxed{\mathrm{d}\vec{F} = p\mathrm{d}S\vec{n}} \tag{18.2}$$

où $\vec{n}$ est un vecteur unitaire normal à la surface et dirigé vers l'extérieur du système et p est la **pression** du système. À l'équilibre thermodynamique, la pression d'un système qui n'est soumis à aucune autre force est homogène et égale à la pression du milieu extérieur.

La pression p se mesure en pascals (P). $1\,\mathrm{Pa} = 1\,\mathrm{N\,m^{-1}}$

2.c La température

La **température** d'un système thermodynamique est une grandeur qui est proportionnelle à l'énergie cinétique microscopique moyenne des particules qui composent le système. Son unité est le kelvin (K), on peut aussi l'exprimer en degrés celsius (°C) 0 °C = 273,16 K.

2.d Modèle du gaz parfait

Pour un gaz réel, on peut tracer expérimentalement, à température T fixée, la valeur du produit pV en fonction de la pression p (diagramme d'Amagat).

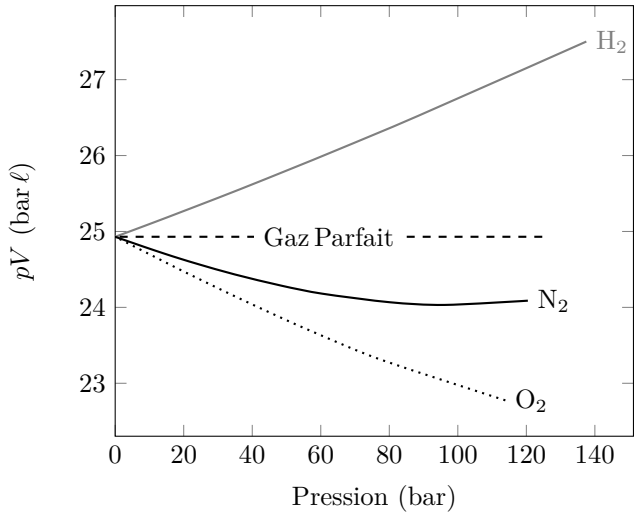

FIGURE 18.1 – Évolution du produit pV en fonction de p pour une mole de différents gaz réels à $T = 300\,\mathrm{K}$ et modèle du gaz parfait.

On remarque alors que quelle que soit la nature du gaz, lorsque la pression devient suffisamment faible, le produit pV tend vers une constante qui ne dépend que de la température, identique pour tous les gaz : $K(T)$.

On définit un gaz parfait comme un gaz pour lequel on a $pV = K(T)$ quelle que soit la pression p. On obtient alors l'équation d'état des gaz parfaits

$$\boxed{pV = nRT} \tag{18.3}$$

où

- p est la pression du gaz en pascals ;
- V est le volume du gaz en m^3 ;
- n est la quantité de matière en moles ;
- T est la température en kelvin
- $R = 8{,}31\,\mathrm{J\,K^{-1}\,mol^{-1}}$ est la constante des gaz parfaits.

Le modèle du gaz parfait décrit assez bien les gaz réels à température ambiante (300 K) et jusqu'à des pressions de l'ordre de la pression atmosphérique (10^5 Pa). Dans ces conditions, le volume molaire d'un gaz est

$$\boxed{V_m \approx 25\,\ell\,\mathrm{mol^{-1}}} \tag{18.4}$$

2.e Phase condensé peu compressible et peu dilatable

Une phase condensée est une phase liquide ou solide. Lorsque la phase condensée est peu compressible, son volume V dépend très peu de la pression. Le volume d'une phase condensée peu dilatable dépend très peu de la température. Dans le modèle de la phase condensée **indilatable** et **incompressible**, le volume du système ne dépend pas de la pression ni de la température.

$$\boxed{V(T, P, n) = nV_m} \tag{18.5}$$

où n est la quantité de matière du système et V_m le volume molaire du système.

3 Énergie interne

3.a Définition

L'énergie interne U d'un système thermodynamique correspond à l'énergie *contenue* dans le système sous plusieurs formes :

— Énergie cinétique microscopique des particules ;

— énergie potentielle d'interaction entre les particules du système.

$$\boxed{U = E_{c,\text{micro}} + E_{p,\text{micro}}} \tag{18.6}$$

L'énergie interne ne comprend pas l'énergie cinétique macroscopique, ni l'énergie potentielle macroscopique du système.

3.b Énergie interne d'un gaz parfait

Dans un gaz parfait, l'énergie potentielle d'interaction entre les particules est nulle (modèle du gaz parfait) et on a

$$\boxed{U = E_{c,\text{micro}}} \tag{18.7}$$

Or on sait que l'énergie cinétique microscopique est proportionnelle à la température et donc pour un gaz parfait $U = A \times n \times T$, où A est une constante qui dépend du type de gaz parfait et n la quantité de matière de gaz.

Gaz parfait monoatomique

Pour un **gaz parfait monoatomique**, c'est à dire que les particules sont des atomes uniques, on a $A = \frac{3}{2}R$ et

$$\boxed{U = \frac{3}{2}nRT} \tag{18.8}$$

L'énergie interne molaire U_m est $U_m = \frac{U}{n} = \frac{3}{2}RT$. On note aussi $U = C_V T$, où C_V est la capacité thermique à volume constant. Ou encore $U_m = C_{Vm}T$ où C_{Vm} est la capacité thermique molaire à volume constant et pour un gaz parfait monoatomique on a

$$\boxed{C_{Vm} = \frac{3}{2}R \approx 12{,}5\,\mathrm{J\,K^{-1}\,mol^{-1}}} \tag{18.9}$$

Gaz parfait diatomique

Pour un gaz parfait diatomique, c'est un peu plus compliqué. La capacité thermique molaire à volume constant dépend de la température. En effet, on peut montrer que la capacité thermique molaire à volume constant d'un gaz parfait dépend du nombre de termes qui interviennent dans l'écriture de l'énergie d'une particule.

Une molécule de gaz parfait diatomique possède une énergie cinétique de translation :

$$E_{\text{trans.}} = \frac{1}{2}m\dot{x}^2 + \frac{1}{2}m\dot{y}^2 + \frac{1}{2}m\dot{z}^2 \tag{18.10}$$

Ainsi qu'une énergie de vibration

$$E_{\text{vib.}} = \frac{1}{2}k\Delta L^2 + \frac{1}{2}m\dot{L}^2 \tag{18.11}$$

où L est la longueur de la liaison entre les deux atomes et k la constante de raideur de la liaison (on modélise la liaison par un ressort de raideur k)

Et enfin une énergie cinétique de rotation autour des axes x et y. La liaison état dirigée suivant l'axe z on considère que le moment d'inertie par rapport à cet axe est nul.

$$E_{\text{rot.}} = \frac{1}{2}J_x\omega_x^2 + \frac{1}{2}J_y\omega_y^2 \tag{18.12}$$

La physique statistique permet de démontrer le théorème d' *équipartition de l'énergie* qui dit que l'énergie moyenne d'un système thermodynamique à l'équilibre est de $\frac{1}{2}nRT$ par terme quadratique dans l'expression de son énergie. On s'attend donc à de que l'énergie interne d'un gaz parfait diatomique soit $U = \frac{7}{2}nRT$.

Mais lorsqu'on prend en compte le comportement quantique du système, on se rend compte que les degrés de liberté de rotation et de vibration sont *gelés* en dessous d'une certaine température. Typiquement les température de *dégel* des degrés de liberté de rotation et de vibration sont $T_{\text{rot.}} \approx 2\,\text{K}$ et $T_{\text{vib.}} \approx 2000\,\text{K}$. On peut alors tracer la courbe représentative de C_{Vm} en fonction de T :

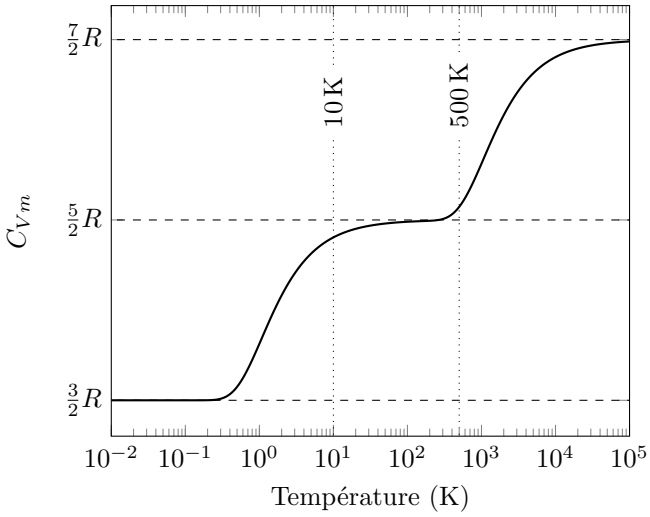

On observe qu'autour de la température ambiante, les degrés de liberté de vibration sont gelés et on a

$$\boxed{C_{Vm} = \frac{5}{2}R \approx 20{,}8\,\text{J}\,\text{K}^{-1}\,\text{mol}^{-1}} \tag{18.13}$$

3.c Énergie interne d'une phase condensée incompressible, indilatable

L'énergie interne d'une phase condensée incompressible et indilatable ne dépend que de la température et on a

$$\boxed{U(T) = C_V T = nC_{Vm}T} \tag{18.14}$$

C_V est la capacité thermique à volume constant, mais comme le volume ne peut de toute façon pas changer, on note souvent $C_V = C$, que l'on appelle simplement la capacité thermique du solide.

Par exemple, pour l'eau liquide, on a $C_m \approx 75{,}2\,\text{J}\,\text{K}^{-1}\,\text{mol}^{-1}$ et sa capacité thermique massique est $c \approx 4{,}2\,\text{J}\,\text{K}^{-1}\,\text{g}^{-1}$. C'est beaucoup plus que pour un gaz parfait.

4 Corps pur diphasé en équilibre

4.a Diagramme de phases (P, T)

On peut représenter les domaines d'existence des différentes phases (liquide, solide, gaz) d'un corps pur sur un diagramme (P, T).

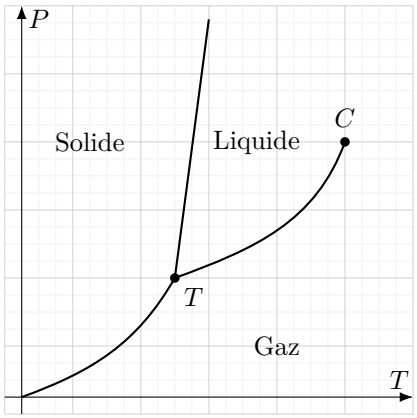

FIGURE 18.2 – Diagramme de phase typique d'un corps pur. T est le point triple où les trois phases coexistent et C est le point critique à partir duquel il n'y a plus de distinction entre gaz et liquide.

Au niveau des frontières il y a coexistence de deux phases. Le point T est appelé le **point triple**, les trois phases coexistent. Le point C est le point critique, au-delà de ce point il n'y a plus de distinction nette entre gaz et liquide.

On notera le cas particulier de l'eau pour laquelle la frontière liquide–solide a une pente négative.

4.b Équilibre liquide–vapeur, diagramme de Clapeyron (p, v)

On peut représenter les domaines d'existence des phases liquide et gaz dans un diagramme (p, v), où v est le volume massique du système $v = \frac{V}{m}$.

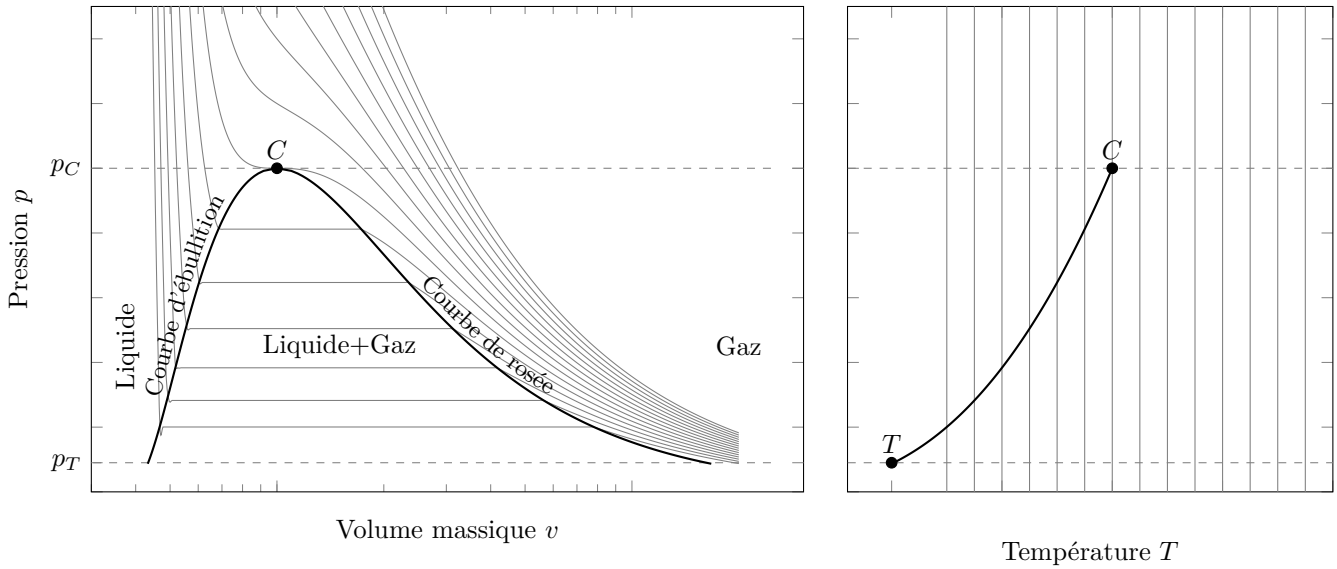

FIGURE 18.3 – Représentation des domaines d'existence des phases liquide et gaz dans un diagramme de Clapeyron (p, v) à gauche et dans le diagramme d'états à droite. On a aussi représenté en gris un ensemble d'isothermes.

Le diagramme de Clapeyron permet de décrire l'évolution d'un système système composé d'un corps pur lors de son changement d'état liquide/gaz. On y voit ce qu'il se passe lorsqu'on croise la frontière liquide/gaz du diagramme d'états.

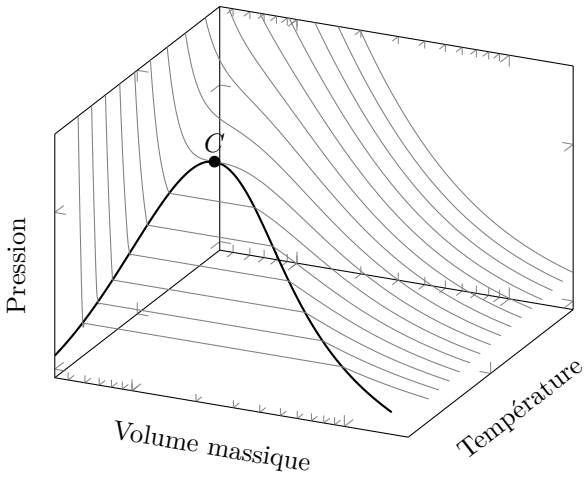

FIGURE 18.4 – Sur ce graphique en 3D, on voit en même temps le diagramme de Clapeyron et le diagramme de phases.

4.c Détermination de la composition d'un mélange

Le diagramme de Clapeyron permet de déterminer la composition d'un mélange liquide/gaz. On commence par définir le **titre molaire** en vapeur x_v comme :

$$\boxed{x_v = \frac{n_v}{n_v + n_l}} \tag{18.15}$$

où n_v est la quantité de matière de vapeur et n_l la quantité de matière de liquide. On définit de la même manière le titre molaire en liquide x_l. On a évidemment la relation $x_v + x_l = 1$.

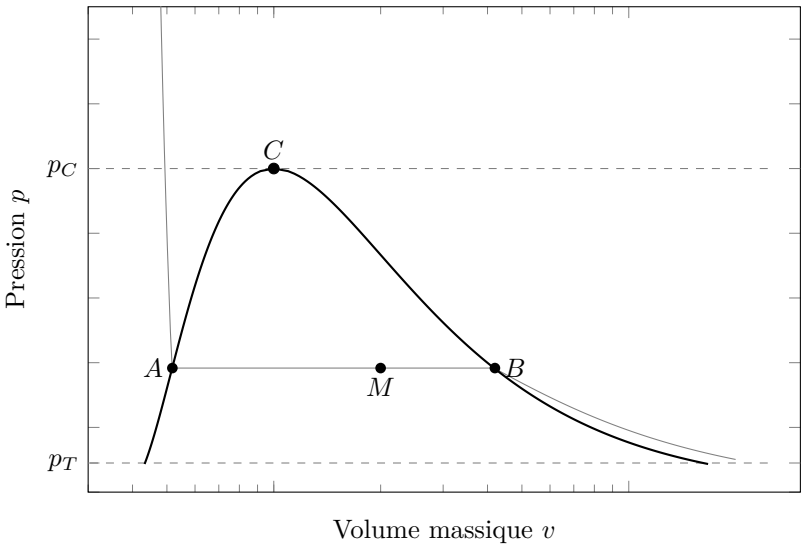

Si le système se trouve au point M dans le diagramme de Clapeyron, les titres molaires en liquide et en vapeur sont donnés par

$$\boxed{x_l = \frac{MB}{AB} \quad \text{et} \quad x_v = \frac{AM}{AB}} \tag{18.16}$$

Cette relation permet de déterminer graphiquement la composition d'un système à partir du diagramme de Clapeyron.

On peut démontrer cette relation en écrivant que le volume total est égale à la somme du volume de liquide et du volume de gaz :

$$V = V_g + V_l \tag{18.17}$$

Donc le volume massique de l'ensemble s'écrit

$$v = \frac{V_g + V_l}{m} = \frac{V_g + V_l}{m_g + m_l} = \frac{V_g}{m_g + m_l} + \frac{V_l}{m_g + m_l} = \frac{m_g v_g}{m_g + m_l} + \frac{m_l v_l}{m_g + m_l} \tag{18.18}$$

En remarquant que la fraction massique est égale à la fraction molaire pour un corps pur, ou peut écrire

$$v = x_g v_g + x_l v_l = x_g v_g + (1 - x_g) v_l = x_g (v_g - v_l) + v_l \tag{18.19}$$

D'où on tire finalement :

$$x_g = \frac{v - v_l}{v_g - v_l} = \frac{AM}{AB} \tag{18.20}$$

On procède de manière analogue pour déterminer x_l.

4.d Application au stockage de fluides

Le diagramme de Clapeyron permet de comprendre un certain nombre de problématiques liées au stockage des fluides. Par exemple, il permet d'expliquer pourquoi il faut éviter de stocker des fluides avec un volume massique inférieur au volume massique du point critique lorsque la température de stockage est inférieure à la tempétature critique.

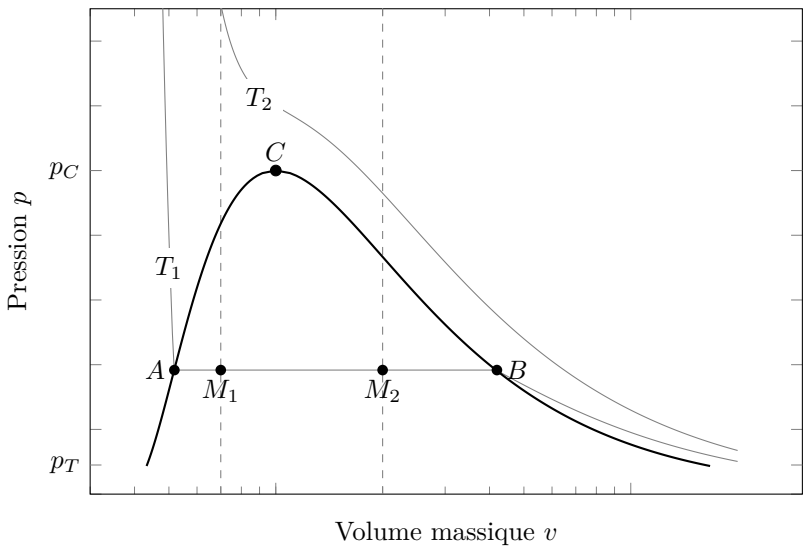

FIGURE 18.5 – Stockage de fluides à une température inférieure à la température critique.

Considérons par exemple le fluide de la figure 18.5. Le fluide est stocké à la température T_1. Lorsque la température s'élève jusqu'à la température T_2, on remarque que si le point de départ est M_1, le point d'arrivée est sur une isotherme très pentue et la pression risque d'augmenter énormément avec la température. Alors que si le point de départ est M_2, le point d'arrivée est dans une zone où la pression augmente beaucoup moins vite.

On remarque aussi qu'en partant de M_1, lorsque la température augmente, la totalité du fluide devient liquide avant de devenir supercritique. On liquéfie un fluide en le chauffant, ce qui est plutôt contre-intuitif.